This Document has been modified with Flexcil app (Android) https://www.fexcil.com

一、填空题

1. 已知 $a=-kv$，求运动方程：

2. 已知一圆盘以 ω 角速度旋转，一只蚂蚁从中心向外以 u 速度向外爬，则对于站在地面上人看到的 $v=$ ；$a=$

3. 一列波频率未知，有一频率为 261Hz 的音叉可与其形成 1 秒 3 次的拍，求波频率可能值；

4. 一质量为 M，半径为 R 的圆盘，现挖去直径为 R 的小圆盘，求剩下的对垂直于圆盘中心的轴的 I；

5. 将质量为 m 均匀的绳子置于桌边，下垂 $\frac{1}{n}$，求将 $\frac{1}{n}$ 拉到桌面所做功

6. 光滑水平面，车质量 M，2 个小孩同时以 v 跳车，求车最终速度

7. 一辆车，车宽为 d，重心距地 h，将其放置于斜面，问倾角为多少时，车会翻

8. 一个劲度系数为 k 的弹簧，下吊一质量为 m 小球，初始小球接触地，弹簧原长，问当球脱离地时，外力所做功

9. 已知一小球正以 v_1, r_1 做匀圆周，绳拉动小球，使变为 r_2，求 v_2

10. 已知 波速 300m/s，频率 100Hz，若 2 个质点（距离 $<\lambda$）相位差为 $\frac{\pi}{3}$，求两质点距离

二、选择

1. 已知 $\vec{r}=at^2\vec{i}+bt^3\vec{j}$，则做 —— A. 变直 B. 匀直 C. 变加直 D. 曲线

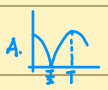
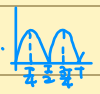
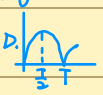
2. 子弹射出时 $v=1200m/s$，$m=40g$，一个人最大承受力为 144N，则 1S 内发射最多颗数 A. 3 B. 4 C. 5 D. 6

3. M 冰块，初始固定，子弹 m 深入 h，若不固定，则深度为 A. $\frac{M}{M+m}h$ B. $\frac{mh}{2(M+m)}$ C. $\frac{Mh}{2(M+m)}$ D. 忘了

4. 忘了（简单）

5. 一光滑运动质点中心轴做定轴转动，当其张开双臂后，转动动能 A. 不变 B. 变大，$\omega\downarrow$；C. 变小，$I\downarrow$

6. 一个球在粗糙斜面上滚，f 作用 A. 使 $a_c>g\sin\theta$，$\omega\uparrow$；B. 使 $a_c<g\sin\theta$，$\omega\downarrow$；C. 使 $a_c<g\sin\theta$，$\omega\uparrow$；D. 使 $a_c>g\sin\theta$，$\omega\downarrow$

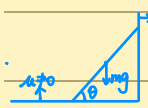
7. 做简谐运动，初始在平衡位置，E_k-t 图像 A.  B.  C.  D. 

8. 做简谐运动，初始在 x_{max}，考虑 x_{max} 至平衡过程正确的是：A. 势能→动能 B. 动能→势能 C. 传播时下方相邻质点，$E\downarrow$；D. 传播时接收其余处 E，$E\uparrow$

9. 关于拍形成正确：A. A 相同，f 相同 B. f 相同，A 不同 C. A 相同 f 有小差异； D. A 不相同 f 不同

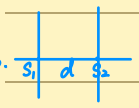
10. 已知 杆 线密度由 A 端满足：$\rho=\frac{x}{L}x^2$，求其质心：A. $\frac{3L}{4}$ B. $\frac{L}{4}$ C. $\frac{L}{3}$ D. $\frac{L}{5}$

三、大题

1. 

已知杆静止，求：(1) $N_{墙}$，$N_{地}$
(2) $f_{地}$
(3) 下落地

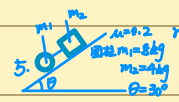
2. 长 L_0，质量为 m 绳子，下落 L_1 时，地面对绳子支持力

3. 

$d=20m$，S_1，S_2 为波源，f 一致，S_1 为原点，(8m,0)，(12m,0) 为相邻两波节，求两波波长及最小相位差

4. 

起初浸在水面为一半体积，现向下压，松手后木块做什么运动并证明

5. 

(1) 当 $a_{块}=a_{柱}$，求 a-b 下绳 T
(2) 问当倾角为何时，圆柱开始滑动

Flexcil - The Smart Study Toolkit & PDF, Annotate, Note